الجمهورية الجزائرية الديمقراطية الشعبية

مديرية التربية لولاية غليزان. ثانوية عمر ابن الخطاب -عمي موسى

المستوى:1ج م ع تك التاريخ 2026/03/12

اختبار الفصل الثاني في مادة علوم الطبيعة والحياة **المدة الزمنية:2سا**

التمرين الأول (8،5 نقاط)

من أجل تلبية الحاجيات الغذائية المتزايدة للبشرية ، يسعى الفلاحون والمختصون إلى البحث في العوامل الخارجية المحددة لشدة الإنتاج الزراعي من أجل التحكم فيها وتسخيرها لفائدة تطوير المحاصيل الزراعية ،لغرض ذلك نقدم لك الدراسة التالية:

الجزء الأول:

تمثل الوثيقة(1) كمية البروتينات المصنعة من طرف النبات الأخضر عرضت لثلاث عوامل في آن واحد:نسبة الـCO_2-شدة الإضاءة و درجة الحرارة

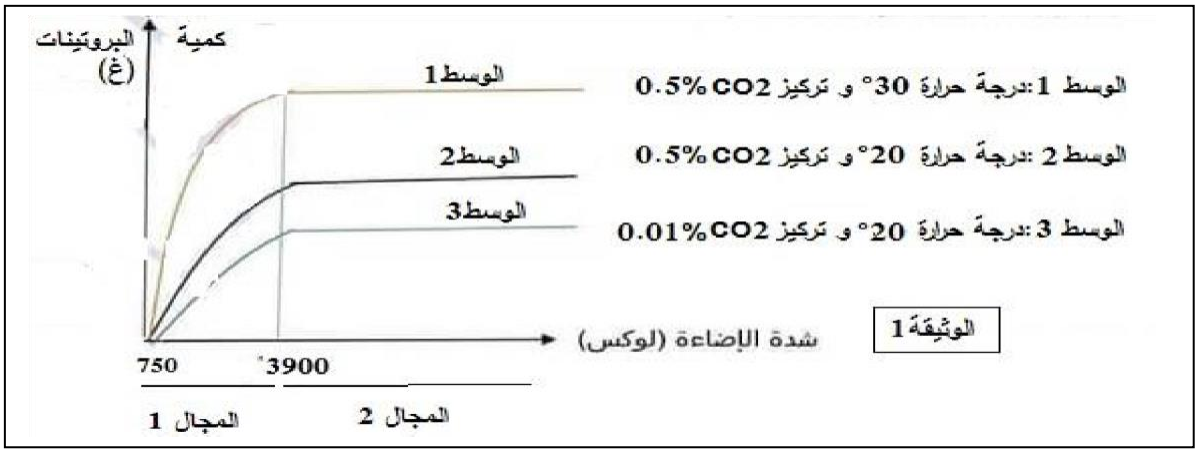

1-قدم تحليلا مقارنا لمنحنيات الوثيقة(1)

2-قدم مفهوم العامل المحدد ،ثم حدده في كل وسط و في كل مجال بملأ الجدول التالي بعد اعادة نقله على ورقتك (اجباري)

المجال	**المجال الأول**			**المجال الثاني**		
الوسط	الوسط 1	الوسط 2	الوسط 3	الوسط 1	الوسط 2	الوسط 3
العامل المحدد						

3-اكتب نص علمي توضح فيه تاثير العوامل الخارجية في تحسين انتاج الكتلة الحيوية ودور العامل المحدد في ذلك .انطلاقا من الوثيقة و معلوماتك ؟

التمرين الثاني(11،5نقطة)

الفيزون حيوان لاحم ثدي صغير ادخل تدجينه مؤخرا من قبل بعض المربين، يتميز بجمال فراءه الذي يستغل في صناعة ارقى المعاطف، تحتاج صناعة معطف واحد من فراء الفيزون الى فراء مئة حيوان.

الجزء الأول:

من اجل اختيار افضل السلالات المفيدة من الناحية التجارية لفراء الفيزون اشترى احد المربين ثلاث سلالات من الفيزون، النمط الظاهري للافراد الناتجة عن التلقيح الذاتي للسلالات موضح في جدول الوثيقة-1-

التلقيح الذاتي بين افراد السلالة 1 من الفيزون	اعطى حملها **فردين**	**جودة عالية من الفراء**
التلقيح الذاتي بين افراد السلالة 2 من الفيزون	اعطى حملها **7 افراد**	**اقل جودة للفراء**
التلقيح الذاتي بين افراد السلالة 3 من الفيزون	اعطى حملها **7 افراد**	**جودة عالية من الفراء**
الوثيقة(1)		

1-باستغلالك النتائج المحصل عليها عند السلالات الثلاث ،اقترح فرضية تفسر بها سبب اختلاف النمط الظاهري للسلالات الثلاث عن بعضها البعض.

الجزء الثاني:

للتحقق من صحة الفرضية السابقة نقترح عليك الوثيقة 2 حيث:

الشكل أ من الوثيقة (02) يوضح تجربة الزرع النووي عند سلالتين مختلفتين من فيزون، الأولى غير ولود(قليلة الولادة) ذو فراء عالي الجودة و الأخرى ولود (كثيرة الولادة) ذو فراء اقل الجودة

الشكل ب من الوثيقة (2)يوضح نتائج التزاوج بين سلالتين مختلفتين من الفيزون للحصول على افراد الجيل الاول تجتمع فيها الصفات المرغوبة

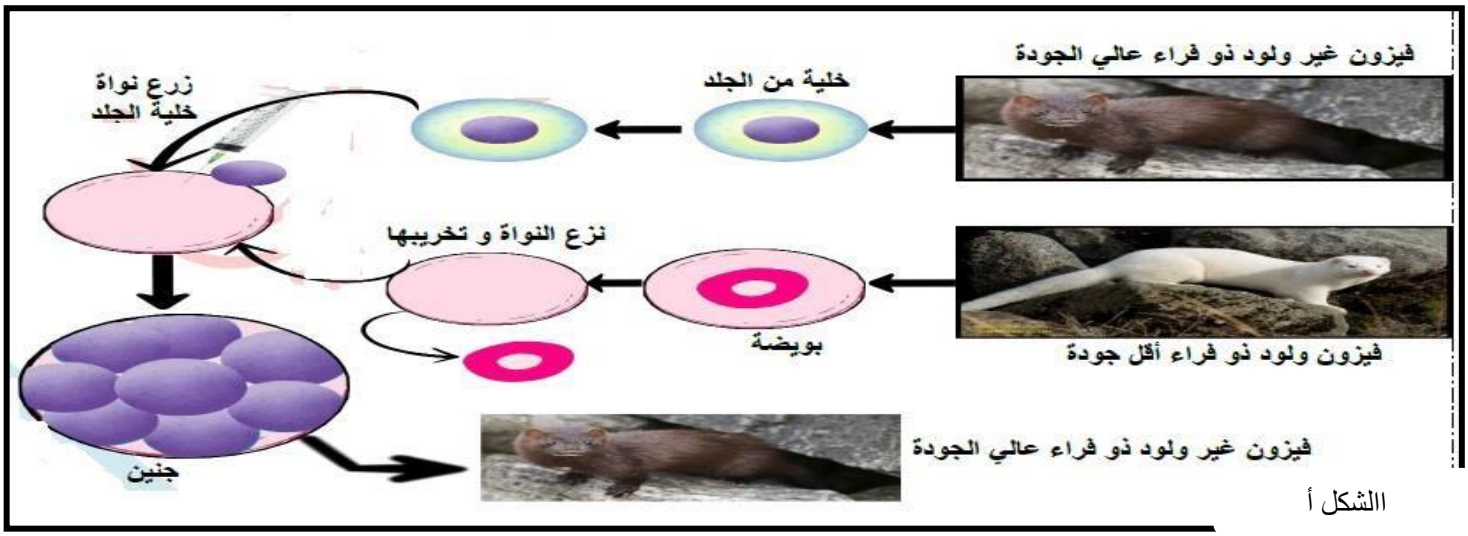

االشكل أ

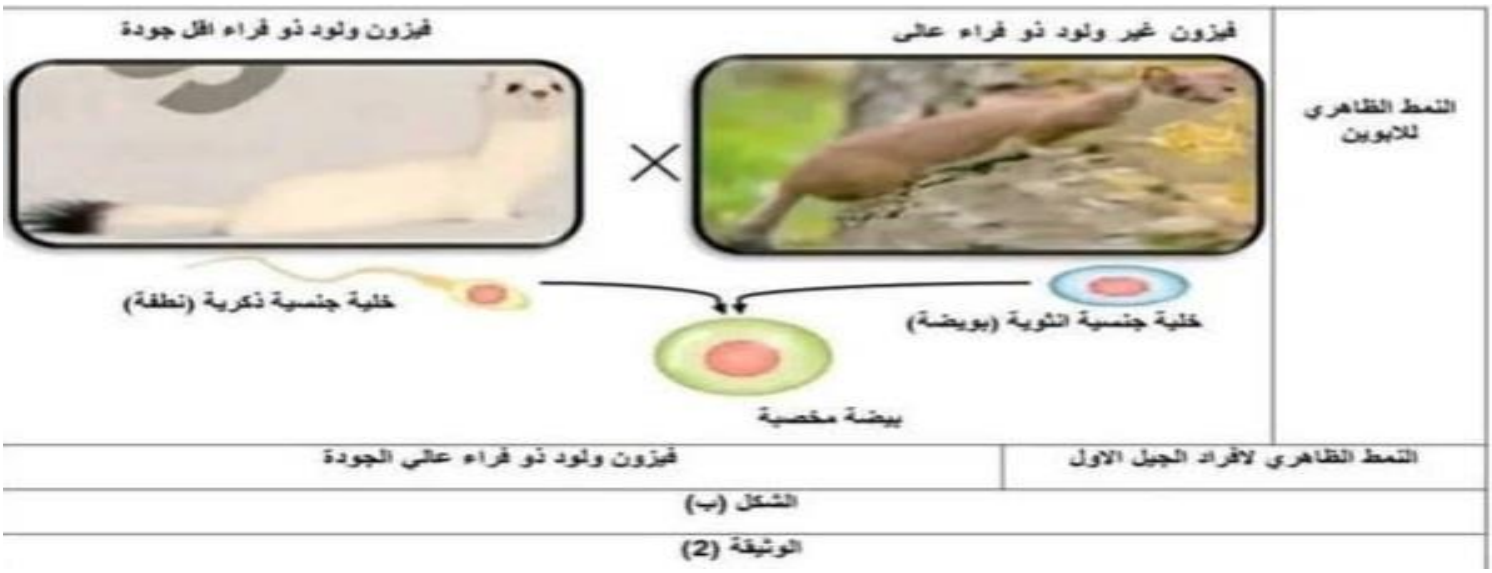

1- علل نقاوة السلالتين الابويتين ؟

2-تاكد من صحة الفرضية السابقة باستغلالك لشكلين (أ) و (ب) .مدعما اجابتك بتفسير صبغي لتوزع المورثات اثناء تشكل افراد الجيل الاول

الترميز: (لا؛ ل) بالنسبة لاليلي مورثة التناسل ، (فا،ف) بالنسبة لاليلي مورثة جودة الفرو .

الوثيقة المرافقة

الإسم : **اللقب :** **القسم:**

هذه الورقة ترجع مع ورقة الإختبار بعد الإجابة عليها)تكون الإجابة عليها اجباريا)

-التفسير الصبغي: التزاوج الأول:

النمط الظاهري للأبوين		
النمط الوراثي للأبوين (٠		
النمط الوراثي للامشاج		
النمط الوراثي لج1		
النمط الظاهري لج1		